דף סיכום בחינה



מזהה קורס: 20594 שם קורס: מערכות הפעלה

מספר שאלה	ניקוד מירבי	ציון
1	26.00	26.00
2	17.00	17.00
3	12.00	12.00
4	5.00	5.00
5	5.00	5.00
6	5.00	4.00
7	5.00	5.00
8	5.00	0.00
9	5.00	5.00
10	5.00	5.00
11	5.00	5.00
12	5.00	5.00

ציון בחינה סופי : 94.00

הבחינה הבדוקה בעמודים הבאים

[redacted]

[redacted]

מספר התלמיד הנבחן
רשום את כל תשע הספרות

האוניברסיטה הפתוחה

ט' באדר תשפ"ג

מס' שאלון - 516

2

במרץ 2023

סמסטר 2023א

מס' מועד 92

4 / 20594

שאלון בחינת גמר

20594 - מערכות הפעלה

משך בחינה: 3 שעות

בשאלון זה **10** עמודים

מבנה הבחינה:

קראו בעיון לפני שתתחילו בפתרון הבחינה!

א. המבחן מורכב משלושה חלקים.

ב. בחלקים א ו - ב מופיעות שאלות פתוחות. ענו תשובות מלאות, בכתב קריא ובקיצור נמרץ. אין חובה להשתמש בכל השורות המוקצות לצורך התשובות, אך אין לחרוג מהמקום המוקצה.

ג. בחלק ג (שאלות אמריקאיות) עליכם לבחור בכל פעם בתשובה יחידה מבין התשובות המוצעות ולהקיף בעיגול את אות התשובה שבחרתם.

את התשובות לכל השאלות יש לכתוב בשאלון הבחינה.

חומר עזר:
כל חומר עזר אסור בשימוש, פרט למחשבון, שאינו אוצר מידע.

בהצלחה !!!

החזירו
למשגיח את השאלון
וכל עזר אחר שקיבלתם בתוך מחברת התשובות

חלק א - 55 נקודות

שאלה 1 (26 נקודות)

נתונה בעיה של יצרן אחד ושלושה צרכנים שבה ישנם שלושה מוצרים שונים המסופקים על ידי היצרן וכל אחד מן הצרכנים נזקק לשניים מהם. יצרן מקבל כל כמה זמן אספקה של 2 מהמוצרים (רנדומאליים, אבל לא זהים) ומציע אותם לצרכנים. הצרכן, שאלו שני המוצרים הדרושים לו, לוקח(מנסה) את שני המוצרים. רק לאחר שהמוצרים נלקחו, חוזר היצרן על התהליך - ומציע שוב שני מוצרים(מתי שהם זמינים). כך חוזר התהליך על עצמו שוב ושוב. נדרש פתרון לבעיה המשתמש אך ורק בסמפורים כאמצעי סנכרון .

לבעיה הוצע הפיתרון הבא, המשתמש במערך S[0..2] של סמפורים ובסמפור נוסף בשם producer (אין זה משנה אם הסמפורים בינאריים או כלליים) המאותחלים ל 0 . בפתרון זה כל אחד מן הסמפורים S [i] מיצג אחד מן המוצרים.

Consumer pseudo code , i ∈ { 0 , 1 , 2 }	Producer pseudo code , i and j are two random not equal products from { 0 , 1 , 2 }

consumer(i) {
1. while(true) {
2. Down(S[i]) // "Take" product i
3. Down (S[(i + 1) mod 3])
4. Up(producer)
5. }
}
	producer() {
	1. while(true) {
	2. GetRandoms(i , j , { 0 , 1 , 2 }) // i != j
	3. Up(S[i]) // "Place" product i
	4. Up(S[j]) // "Place" product j
	5. Down(producer)
	6. }
	}

א. (6 נק') תנו תסריט המוכיח כי בפתרון זה יתכן קיפאון deadlock

נבחן את התרחיש הבא: לקורס 0 מתעניין מוצרים 1,0 לקורס 1 ז 2,1 ולקורס 2 מוצרים 0,2 . לקורס 0 מספיק לנזקק את שורה 2 לכן מאתין למוצר 0, יש SCS לקורס 1 מספיק לנזקק את שורה 3 לכן מאתין למוצר 1, יש SCS לקורס 2 מספיק לנזקק את שורה 2 לכן מאתין למוצר 2. יש SCS לקורס 0 מצליח את שורה 3 ולכן מאתין למוצר 1. יש SCS לקורס 1 מצליח שורה 3 ומאתין למוצר 2. יש SCS לקורס 2 מצליח שורה 3 ומאתין למוצר 0. תזמון של מוצר 0: לקורס 0 ואז לקורס 2. תזמון של מוצר 1: לקורס 1 ואז לקורס 0. תזמון של מוצר 2: לקורס 2 ואז לקורס 1. כיוון שסמפיק יקבל מוצרים למלאי ויסיר את הדרישים לא ייתכן אי מה יתעורר קונפליקט מצב התחלה שהוגדר לקפאון. (אחרי שיהיו לו 3 מוצרים כלשהם יחליט קמוצר ואידך מוצר אחר שיושיבו אחר כך מחליט 12.)

לא לצטט ללא אישור

ב. (15 נק') הציעו קוד חלופי הפותר בעיה זו ומשתמש בדיוק באותם משתנים (אך משנה את משמעותם). ניתן להניח כי היצרן יודע מי הם הצרכנים ולכן גם יודע אילו מוצרים כל אחד מהם צריך.

מותר להוסיף פקודות(בפסודוקוד), אבל אסור להוסיף משתנים נוספים.

עקרון 3 מוצרים 0,1,2 ו 3 צרכנים אפשריים שקיבלו כולם
אחד: {0,1}, {0,2}, {1,2}. כאשר קיבלו יודע לכל לקוח אילו מוצרים
קיבל ורשם. לקוח 0 - מוצרים 0,1 לקוח 1 מוצרים 1,2 לקוח 2: מוצרים 0,2.
כאשר S[i] "יש" ללקוח i ולכן מוצר i. צרכן שרכל בשם צרכן בהתאם ל-2
המוצרים הרלוונטיים שקיבל. אלוהים בקוד 2 המוצרים שאותו צרכן מחזיק להם.

```
consumer(i) {
while (true) {
down(S[i]);
up(producer);
}
}
```

```
producer() {
while (true) {
GetRandoms(i,j, {0,1,2})
if (i,j ∈ {0,1}) {
up S[0]
}
if (i,j ∈ {0,2}) {
up S[2]
}
if (i,j ∈ {1,2}) {
up S[1]
}
down(producer);
}
}
```

26
(1)

הפרנו את הפירוד של
כל לקוח לפעלה
אוטומאטית

ג. (5 נק') האם תיתכן הרעבת חלק מצרכנים בקוד שבסעיף א' ? הוכיחו שלא או תנו דוגמא שכן.

תשובה והסבר

בגלל הלוגיקה באופן קבלת המוצרים בדיוק צרכן מסוים [redacted] לא יתכן
צרכן מסוים נמנע מאחר ומכל בעל מקסימום 2 של קיבלו קובץ מקבל
לפחות 2 מוצרים באופן רנדומלי מתוך 3 מוצרים ומצית אותם לצרכנים
כי ישים למוצר שקיבל - מאחר את הצרכן הרלוונטי ומצית לו אותו.
לכן קשה לראות הרעבת חלק מהצרכנים (הפותרת לרנדומליות).

שאלה 2 (17 נקודות)

נתון זיכרון פיזי (RAM) בגודל של 32MB (קטן בשביל פשטות החישובים).

המהנדסים החליטו לבנות את מערכת הזיכרון עם מסגרות (frames) בגדלים שונים.

הדפים/המסגרות יהיו בגדלים הבאים: 2k , 4k , 8k ו 16k . הרבע הראשון של הזיכרון יחולק לגודל של 2k, הרבע השני יחולק לגודל של 4k, הרבע השלישי יחולק לגודל של 8k והרבע הרביעי יחולק לגודל של 16k.

רשות ניירות ערך

$2k = 2^1 \cdot 2^{10} B = 2^{11} B$


$4k = 2^2 \cdot 2^{10} B = 2^{12} B$

$8k = 2^3 \cdot 2^{10} B = 2^{13} B$


$16k = 2^4 \cdot 2^{10} B = 2^{14} B$

א. (7 נק')

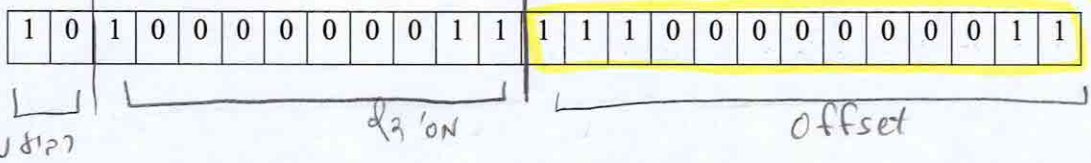
נתונות שלוש כתובות וירטואליות VIRTUAL ADDRESS הכתובת הבאות(בייצוג בינארי):

1. 

23

2. 

24

3. 

25

17 (2)

מה היא צורת הכתובת הנכונה במערכת הנ"ל?(1 ,2 או 3). הסבירו את תשובתכם.

מה גודל ומספר המסגרת? מהו ה OFFSET שבכתובת הנכונה מבין שלוש?

גודל הכתובת הנכונה היא 3 = סה"כ 25 ביטים לכתובת. $32MB = 2^{25} B$

הכתובת בנוי"ה כך - 2 הביטים הכי שמאליים מייצגים את הדפיות בדיסק - 00 (1), 01 (2), 10 (3), 11 (4).

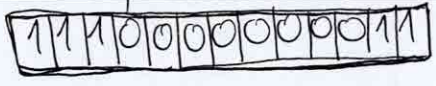
הכתובת לדיסק שאותנו מעניינים בו ה offset יהיה: 13 סיביות לדיסק 1, 12 לדיסק השני,

13 לדיסק השלישי ו-14 לדיסק האחרון. מס' הבלוק יהיה בהתאם לסיביות הנותרו מתוך ה 25 שלנו

פיזרנו עליהם. לכן ה offset בכתובת הנבונה מבין ה-3: נמצא על המחיצות

שפיזמנו. אורכו בדיסק השלישי, דיסקיה בגודל 8k לכן ה offset יהיה 13 ביטים

ואלה הביטים הבאים:



ב. (10 נק')

תארו את אלגוריתם פשוט לתרגום כתובת וירטואלית VIRTUAL ADDRESS לכתובת פיזית

שיאפשר ל MMU לבצע את התרגום ביעילות במערכת הנ"ל.

האלגוריתם יפקוד כך: הוא יסתכל על 2 הביטים הכי שמאלים מתוך 25 הביטים

שלה VA ובהתאם אליהם ידע את גודל ה offset. 00 - offset בגודל 11

01 - offset בגודל 12, 10 - offset בגודל 13, 11 - offset בגודל 14.

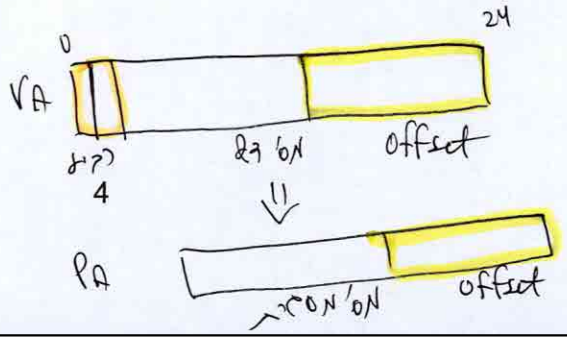
כעת אותנו יעניין אך ורק ה offset ונבין כי ה offset בסעיף הבינתים כי גודל בלוק = גודל מסגרת.

בשלב זה נרצה לחפש ב TLB / טבלת הדפים (אם לא מצאנו ב TLB)

ולבסוף נגיע אכן ל בלוק אליו הוא ממופה (מס' מסגרת. לבסוף

PA מורכבת מה offset שאותנו יעניין כי הוא נהה לנו ב VA ול מס'

מסגרת שלקחנו מטבלת הדפים.



המשך הבחינה בעמוד הבא

לא לכתוב בשולים

שאלה 3 (12 נקודות)

במערכת הפעלה מסוימת מערכת קבצים של דיסק קשיח מבוססת I- NODES .

א. (3 נקודות)

האם מבחינת זמן גישה יש יתרון להקצאה רציפה של בלוקים של הנתונים לקובץ? בתשובה התייחסו לגישה רציפה ולגישה אקראית.

תשובה והסבר

עבור גישה רציפה - יש יתרון רב בקריאה בגלל שמות הפעולות של קריאת הדיסק מאחר ובלוקי המידע קרובים אחד לשני.

עבור גישה אקראית - אין יתרון כי אפשר לבצע בקריאה בחלק הפעולות של קריאת הדיסק מאחר גם בלוקי הנתונים לאן הם מוקדים בקרבה יחסית אחד ליד השני.

ב. (2 נקודות)

האם יש יתרון להקצאת בלוקים עם המצביעים הלא ישרים בסמוך לבלוקים של נתונים של הקובץ, כאשר הם מוקדים קרוב אחד לשני לצורך הדיסק תדיר לצורך שמות מאשר אם הם היו רחוקים וזה יכול לספר את מהירות הקריאה/כתיבה של הנתונים.

12
(3)

ג. (4 נקודות)

בלי קשר לתשובה לסעיף ב', במערכת שבא כל הבלוקים עם המצביעים של כל הקבצים נשמרים בתחילתו של הדיסק הקשיח ובזמן יצירת קובץ חדש יוקצה לו מקום החל מהאמצע של הקטע הפנוי הארוך ביותר שקיים במערכת. מה הן היתרונות והחסרונות של השיטה הזאת?

תשובה והסבר

חסרונות - שיטה כזו יכולה לגרום לדיסוק חיצוני מאחר כיצד אופן ההקצאה של השטחים לקבצים מפוזרים בניסף, יצול יכולת שנאית למצוא כן בקרב קרוב לקובץ מפני שטח שיותר ארוכות מקום להתרחבות של קובץ אחר וכך לעבוד את מהירות של השיטה (כשאין הרבה מקום פנוי להקצאה).

יתרונות - מאפשר לקבצים להתפתח אחת שטחים בלבד באופן רציף, גישה יותר מהירה אליהם מאשר הלבדין ולכן ההקצאה מהירה יותר.

ГЖ / АЖ / СЦЛТ Т@ / .D

ד. (3 נקודות)

כשמדובר באותה שיטה כמו בסעיף ג', באיזו צורה(רשימה משורשרת ממוינת או מפת סיביות) עדיף לשמור את הנתונים לגבי מקום פנוי במערכת קבצים?

תשובה והסבר

יעדיף לשמור את הנתונים באמצעות רשימה משורשרת ממוינת מאחר ועיכוי מאפשר לנו לחפש באופן יותר מהיר שטחים פנויים ולהקצות אותם. קיצוף נשפוך מוקדה נשפוך נמחק אותו מהרשימה בקורה קלה.
בעוד סיבית קיבוש אחר שטח פנוי יותר אורוך ומסורבל כי יש לנו פס יד קאוך מתנועה וכה לעיקוב יותר לעין.

חלק ב' - 15 נקודות, 5 נקודות לכל שאלה

שאלה 4

א. למה בממ"ן 11 (הוספת פקודת מרחב המשתמש שמדפיסה פרטים על התהליכים הרצים במערכת) היה צורך להוסיף גם SYSTEM CALL ולא היה מספיק להוסיף פקודת מרחב המשתמש ולממש בה את הפעולות הדרושות?

ב. מה תפקידה של פקודת מרחב המשתמש(מה היה קורה אם היו מוסיפים רק את SYSTEM CALL) ובשביל מה צריך להוסיף אותה?

5
(4)

תשובה והסבר

פקודת מרחב משתמש מיועדת בעצם APT שכוונה אולו קריאות המשתמש יכול לעזוף אל מול מערכת ההפעלה כך שיתיתן לו משאבים מסוימים שקיבו מאוחנין בהם, כדי להשתמש במשאבים אלה מיבוים לעזור למפה מ'וחה ולכן תיסיסו למשש את הפקודה גם במפה מיוחס ולכן מספיק רק במרחב המשתמש.
בדיק להוסיף את ה SYSTEM CALL כדי שה שקי יוכל מה לעשות כשקורה מבקש מאנו בעלה מסוימת, לכן קריאה זאת שמ"ש אותה ונשמר לאויר eax. לפי מס' לה מלה ומעת איזו פעלה לעזף ואנלו משאבים שניה להשתמש.

שאלה 5

אם במערכת הפעלה קיים SYSTEM CALL דומה למה שנוסף בממ"ן 12(המחזיר את כל המזהים PID – ים שיש לכל תהליך), איך בעזרתו תהליך משתמש יכול לגלות האם הוא רץ בתוך הקונטיינר או מחוץ לקונטיינר?

5
(5)

תשובה והסבר:

בעזרת משתמשים בפקודה קל נסתכל על extpid של pid. כיוון שקם לא שווים אחד לשני המשמעות היא שהתהליך נמצא בתוך קונטיינר ואחרת אם הם שווים אז מדובר (extpid) שונה מאוך שקיבו רואה את שניהו בתוך הקונטיינר קם ה pid.

שאלון 516 92.89.2 M3

נא לא לכתוב בשוליים

שאלה 6

מה יודפס בעקבות הרצת קטע קוד הבא בתוך מערכת xv6 שתומכת בקונטיינרים, ניתן להניח שכל קריאות מערכת מצליחות:

```
unshare (MOUNT_NS);
int pid = fork();
if (pid == 0) {
  mkdir (“dirS”);
  mount (“internal_fs_a”,”dirS”,0); //mount a preformatted internal_fs_a
  int fd = open (“dirS/file.txt”,O_CREATE|O_RDWR);
  write (fd ,“123456789\n”,10);
  close (fd);
 }
if (pid > 0) sleep (10000); // wait for child to finish
sleep (10000); // both processes will sleep
if( pid == 0) {
   if (open (“dirS/file.txt”,O_RDONLY) < 0) printf (stderr, "son failed to open\n");
   else printf (stderr, "son succeeded\n");
 }
If (pid>0) {
   if (open (“dirS/file.txt”,O_RDONLY) < 0) printf (stderr, "father failed to open\n");
   else printf (stderr, "father succeeded\n");
}
```

4 (6)

הפרדה צריכה להיות לפני MOUNT

תשובה והסבר:

unshare(MOUNT_NS) מתבצע לפני ה fork, לכן שם ראש ואם הבן יקבלו mount namespace, שם ראש ואם הבן יכולים לגשת אל הקובץ הנפתח. עבור בן הבן ולכן יודפס: "son succeeded" "father succeeded"

המשך הבחינה בעמוד הבא

רק לשימוש אישי

חלק ג (30 נקודות)

כשתשובה לא נכונה, הציון מופיע לצד הנכונה

ענו על שש שאלות רב-ברירה (אמריקאיות). משקל כל שאלה 5 נקודות.

בכל שאלה יש לבחור את התשובה הנכונה ביותר ולהקיף בעיגול את אות התשובה שבחרתם.

שאלה 7

בניסיון למנוע את מצב הקיפאון DEADLOCK במערכת נקבע הפרוטוקול הבא:

a. לכל משאבי המערכת יש מספרים סידוריים.

b. כל תהליך יכול לבקש הקצאת משאבי המערכת רק בסדר עולה של המספרים ולשחרר אותם אחרי גמר השימוש רק בסדר יורד.

5 (7)

האם הפרוטוקול הזה אכן מונע את אפשרות הקיפאון?

א. כן, כי לא יכולה להיווצר המתנה מעגלית למשאבים.

ב. כן, אבל רק אם כל תהליך משחרר את כל המשאבים שכבר קיבל אם הוא לא מצליח לקבל משאב נוסף.

ג. לא, אם למשל במצב הנתון יש במערכת 3 תהליכים, ראשון קיבל משאב 1 וכדי להמשיך צריך משאב 3 שמוחזק ע"י תהליך שני שמשתמש בו.

ד. לא, אם למשל במצב הנתון יש במערכת 2 תהליכים, ראשון קיבל כעת משאב 1 וכדי להמשיך צריך משאב 3 שמוחזק ע"י תהליך שני שצריך משאב 2 כדי להמשיך ובעת הוא מוחזק ע"י תהליך 1 .

ניתן להוכיח שאלה כי לא יכולה להיווצר המתנה מעגלית למשאבים.

שאלה 8

וירטואליזציה = אלאה וירטואליזציה ?חומרה.

האם בארכיטקטורות "ישנות" שאינן תומכות בווירטואליזציה ישירה(VT) ניתן לממש בכל זאת וירטואליזציה מלאה מבוססת רב-פקח HYPERVISOR שמתרגם קוד בזמן ריצה: כל פעם שקטע קוד חדש רץ במכונה הווירטואלית , הוא "יתוקן" על ידי הרב-פקח כך שפקודות בעייתיות(רגישות) יוחלפו .

כיצד יכול הרב-פקח לדעת ולהתערב כל פעם שקוד חדש רץ, בלי להאט משמעותית ריצה של קוד אשר כבר תוקן (אין צורך להסביר איך הקוד יתוקן)?

א. ניתן לממש בעזרת פסיקות דף ע"י הגדרת הדפים עם הקוד שעדיין לא התבצע כלא ניתנים להרצה בטבלת הדפים של המכונה המארחת HOST

0 (8)

ב. ניתן לממש בעזרת פסיקות דף ע"י הגדרת הדפים עם הקוד שעדיין לא התבצע כלא ניתנים להרצה בטבלת הדפים של המכונה האורחת GUEST .

ג. לא ניתן לממש כי אין מנגנון שיקרא ל KERNEL המארח בזמן ביצוע פקודות רגישות במכונה אורחת.

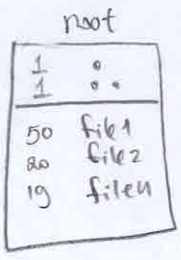
ד. ניתן לממש בעזרת הרצת המכונה האורחת במצב אמיתי REAL MODE .

DO NOT COPY OR SCAN

שאלה 9

מה המידע המצוי בקובץ ספרייה (Directory) של מערכת הקבצים במערכת LINUX(מבוססת I-NODE) ?

5 (9)



א. שמות הקבצים ולכל קובץ מספר הבלוק הראשון שלו.

ב. שמות הקבצים ולכל קובץ מספר ה-i-node שלו.

ג. שמות הקבצים ולכל קובץ התכונות (Attributes) שלו.

ד. שמות בקבצים ולכל קובץ רשימת הבלוקים שהוקצו לו.

שאלה 10

כאשר מדובר על מבנה מערכת הפעלה לפי מודל שרת-לקוח (client-server model) מהי התכונה אשר מהווה חסרון מובהק של המודל?

5 (10)

א. תקורת (overhead) התקשורת בין תהליכי המשתמש.

ב. חוסר אפשרות התאמה למערכות מבוזרות (distributed systems).

ג. תקורת (overhead) התקשורת בין רכיבי המערכת.

ד. המבנה מתאים רק מערכות רשתות תקשורת.

שאלה 11

אם משתמשים ב- first fit להקצאת זיכרון RAM רציף, **לא ייתכן** שלקטע האחרון שהוקצה תהיה התכונה הבאה:

5 (11)

א. יש קטע שאינו מוקצה/תפוס גדול יותר ממנו בכתובת נמוכה יותר.

ב. יש קטע שאינו מוקצה/תפוס קטן יותר ממנו בכתובת גבוהה יותר.

ג. יש קטע שאינו מוקצה/תפוס צמוד אליו בכתובת נמוכה יותר.

ד. יש קטע שאינו מוקצה/תפוס קטן יותר מהסכום של הגודל שלו והגודל של קטע בלתי-מוקצה שכן.

המשך הבחינה בעמוד הבא

נא לא לכתוב בשוליים

שאלה 12

5
(12)

נתון כי במערכת מסוימת המשתמשת בשיטת הדפדוף (paging) לצורך ניהול הזיכרון:

- גודל הדף הוא 4 K.
- הכתובת הוירטואלית הנה בת 20 סיביות (bits).
- גודל הזיכרון הפיזי הוא 640 KB.
- גודל שורה בטבלת הדפים (page table entry) הוא 16 בתים (bytes).

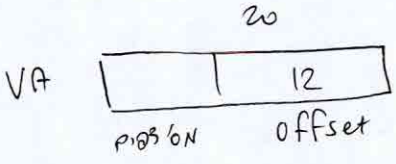
אם טבלת הדפים הנה **טבלת הדפים המהופכת** (inverted page table), מהו גודל הטבלה?

א. 640 בתים.

ב. 1024 בתים.

ג. 2048 בתים.

ד. 2560 בתים.



$4KB = 2^2 \cdot 2^{10}B = 2^{12}B$

ב ה צ ל ח ה !

$16B = 2^4 B$

$\frac{640\,KB}{4KB} = 160$

נא לא לכתוב בשוליים